CCST

Networking 模擬試題

》標準和概念

》網路位址和子網路格式

》終端節點和媒體類型

》基礎設施

》診斷問題

》安全

Networking 模擬試題（是非題）

題號	答案	題目
1	O X O	對於每一項有關頻寬和輸送量的敘述，請選取〔O〕或〔X〕: A.「低頻寬可能會增加網路延遲。」 B.「較高的網路延遲會降低網路頻寬。」 C.「您可以透過減少網路延遲來提高輸送量。」
2	O O X	您計劃使用網路防火牆來保護小型辦公室的電腦。對於下列每一項有關防火牆的敘述，請選取〔O〕或〔X〕: A. 「防火牆可以將所有Web流量導向到特定的IP位址。」 B. 「防火牆可以封鎖前往內部電腦上特定連接埠的流量。」 C. 「防火牆可以防止特定應用程式在電腦上執行。」
3	O O X	您計劃使用網路防火牆來保護小型辦公室的電腦。對於下列每一項有關防火牆的敘述，請選取〔O〕或〔X〕: A. 「防火牆可以將所有 Web流量導向到特定的IP位址。」 B. 「防火牆可以封鎖前往內部電腦上特定連接埠的流量。」 C. 「防火牆可以防止特定應用程式在電腦上執行。」

Networking 模擬試題（單選題）

題號	答案	題目
1	1	請將清單所列的每個通訊協定，與對應的正確TCP/IP模型層進行配對。 **〔通訊協定〕**：A. TCP　B. IP　C. FTP　D. 乙太網路 **〔TCP 模型層〕**：1. 應用程式　2. 傳輸　3. 網際網路　4. 網路 1. A3 B1 C2 D4 2. D3 B1 C2 A4 3. A3 C1 B2 D4 4. D3 C1 B2 A4
2	1	在資料封裝程序中，哪個OSI層會加入包含MAC定址資訊的標頭以及用於錯誤檢查的尾端？ 1. 資料連結 2. 傳輸 3. 工作階段 4. 網路
3	4 3 2 1	請將清單所列的每種網路類型，選取對應的正確範例： A.「兩部家庭辦公室電腦經由乙太網路纜線連線到交換器。」 B.「同一個城市的三棟政府大樓經由同軸電纜連線到有線電視公司。」 C.「手機連線到藍牙耳機。」 D.「金融機構透過電信服務提供者連接其分支機構。」 1. WAN 2. PAN 3. MAN 4. LAN

題號	答案	題目
4	1 3 2	請將每個雲端運算服務模型，選取對應的正確範例： A. 「三部虛擬機器由雲端的虛擬網路連接。」 B. 「使用者按月付費以存取位於雲端的Web架構圖形設計應用程式。」 C. 「公司使用雲端架構的資源和工具開發應用程式。」 1. IaaS 2. PaaS 3. SaaS
5	2 1 3	請將每個通訊協定，選取對應的正確範例： A.「執行查詢以將 companypro.net轉譯為IP位址。」 B. 「將保留的IP位址10.10.10.201指派給您公司的網頁伺服器。」 C. 「執行ping以確認伺服器是否回應網路連線。」 1. DHCP 2. DNS 3. ICMP
6	1	請問哪種通訊協定可讓您安全地將檔案上傳到網際網路上的另一台電腦？ 1. SFTP 2. ICMP 3. NTP 4. HTTP
7	1	請問UDP片段的標頭中包含哪些資訊？ 1. 連接埠號碼 2. IP 位址 3. 序號 4. MAC 位址

題號	答案	題目
8	1	某個主機被指定了IP位址172.16.100.25和子網路遮罩255.255.252.0。 請問這個位址的CIDR 標記法為何？ 1. 172.16.100.25 /22 2. 172.16.100.25 /21 3. 172.16.100.25 /20 4. 172.16.100.25 /23
9	1	請問以下哪個位址包含在192.168.200.0/24網路中？ 1. 192.168.200.13 2. 192.168.1.13 3. 192.168.201.13 4. 192.168.199.13
10	4	請問IPv6位址 2001:0db8:0000:0016:0000:001b:2000:0056的最大壓縮有效格式為何？ 1. 2001: db8:16: :1b:2:56 2. 2001: db8: :16 :: 1b:2:56 3. 2001: db8: :16: :1b: 2000:56 4. 2001: db8:0:16: :1b:2000:56
11	1	您需要使用1000BASE-T纜線將電腦的網路介面卡連接到交換器。 請問您應該使用哪個接頭？ 1. RJ-45 2. RJ-11 3. Coax 4. OS2 LC

題號	答案	題目
12	1	請問以下哪個標準包含Wi-Fi網路的規格？ 1. IEEE 802.11 2. EIA/TIA 568A 3. LTE 4. GSM
13	2	您想要儲存網路上每個使用者都可以存取的檔案。　請問您需要哪種端點裝置？ 1. 交換器 2. 伺服器 3. 集線器 4. 存取點
14	1	某位使用者起始了障礙申告票證，指出外部網頁未載入。您判斷內部與外部的其他資源仍可存取。　請問您可以使用哪個命令來協助在外部網頁的網路路徑中找出問題所在？ 1. tracert 2. nslookup 3. ping -t 4. ipconfig/all
15	3	某位支援技術人員檢查了Cisco交換器的前面板，發現前四個連接埠已連接4條乙太網路纜線。連接埠1、2和3都亮起綠色LED。連接埠4則閃爍綠燈。　請問連接埠4的狀態為何？ 1. 連結已上線且不穩定。 2. 連結已上線且沒有活動。 3. 連結已上線且使用中。 4. 連結已上線但纜線故障。

題號	答案	題目
16	1	某位工程師為資料中心團隊設定了一個名為VLAN2的新VLAN。當該國隊嘗試從VLAN2中的電腦Ping VLAN2外部的位址時，他們無法存取這些位址。請問工程師應該設定以下何者？ 1. 預設閘道 2. 靜態路由 3. 預設路由 4. 額外的 VLAN
17	1	請問將IP位址指派給第2層交換器上之管理VLAN介面的目的為何？ 1. 為了能夠透過 Telnet或SSH存取交換器上的CLI 2. 為了讓交換器能夠做為所連接裝置的預設閘道 3. 為了讓交換器能夠向網路中的其他交換器提供DHCP服務 4. 為了讓交換器能夠解析所連接裝置的URL
18	2	某位技術支援中心的技術人員收到下列四個障礙申告票證。請問哪個票證應該獲得最高優先順序並優先處理？ 1.某位使用者要求將印表機搬遷到同一個辦公室中的其他網路插孔。該插孔必須插線並設為使用中狀態。 2.會議室正在舉行線上網路研討會。視訊會議設備的網際網路存取中斷了。 3.某位使用者回報某個雲端架構應用程式的回應時間比平常慢。 4.兩位使用者回報自助餐廳的無線網路存取已經關閉一小時了。
19	1	某部Cisco交換器無法從網路存取。您需要檢視其運作設定。 請問您可以使用哪種頻外方法存取該交換器？ 1. 主控台 2. SSH 3. Telnet 4. SNMP

題號	答案	題目
20	1	使用者電腦上的某個應用程式在下載資料時發生問題。該應用程式使用以下URL下載資料: https://www.companypro.net:7100/api 您需要使用Wireshark 擷取發送到該URL以及從該URL接收的封包。 請問您會使用哪些Wireshark篩選選項來篩選結果？請從每個下拉式清單中選取正確的選項以完成命令。 ___（A）___ . ___（B）___ == ___（C）___ （A）1. tcp 2. udp （B）1. port 2. user_agent （C）1. 7100 2. companypro.net 3. http 1. 111 2. 123 3. 221 4. 322
21	1	請問哪種裝置會根據IP位址、連接埠號碼或應用程式允許或拒絕流量來保護網路？ 1. 防火牆 2. VPN閘道 3. 存取點 4. 入侵偵測系統
22	1	請問AAA服務安全性模型的哪個元件會提供身分識別驗證？ 1. 驗證 2. 稽核 3. 帳戶處理 4. 授權

題號	答案	題目
23	3 1 2	請將MFA要素選取對應的正確範例。 A.「輸入登入後傳送到裝置的一次性安全碼」 B. 「將您的手機對準臉部以進行辨識」 C. 「指定您的使用者名和密碼以登入服務」 1. 推斷 2. 知識 3. 所有物 4. 以上皆是
24	1	請問哪個無線安全性選項會使用預先共用金鑰驗證用戶端？ 1. WPA2-Personal 2. WPA2-Enterprise 3. 802.1x 4. 802.1q
25	3 1 2	請將安全性選項選取其對應的特性。 A.「使用RADIUS 伺服器進行驗證」 B. 「至少使用40位元進行加密」 C. 「使用AES 和預先共用金鑰進行驗證」 1. WEP 2. WPA2-Personal 3. WPA2-Enterprise 4. 以上皆是

題號	答案	題目
26	1	請問資料流在哪個OSI層被分解為包含來源和目的地連接埠號碼的片段？ 1. 傳輸 2. 工作階段 3. 網路 4. 資料連結
27	4 5 3 2 1	請將每個通訊協定或裝置類型，選取對應的正確OSI層。 A.「纜線、集線器、NIC」 B. 「第2層交換器」 C. 「路由器」 D. 「SMTP、HTTP、FTP」 E.「TCP、」UDP 1. 應用程式 2. 傳輸 3. 網路 4. 資料連結 5. 實體
28	1 3 2	請將每個網路類別選取對應的正確定義： A.「跨越小區域，例如房間、家庭、辦公大樓或一小群大樓」 B.「跨越較大的地理距離，並透過租用線路和VPN或通道連接較小的網路」 C.「在約12公尺的範圍內連接電腦、電話、平板電腦和印表機等裝置」 1. LAN 2. PAN 3. WAN 4. 以上皆是

題號	答案	題目
29	2 1 3	請將每種雲端服務模型選取對應的正確描述： A.「提供開發、執行及管理應用程式所需的硬體和軟體。」 B.「針對虛擬機器和虛擬儲存體上提供的資源提供隨用隨付存取。」 C.「針對透過網際網路遠端提供的應用程式提供隨選存取。」 1. IaaS 2. PaaS 3. SaaS 4. 以上皆是
30	1	請問IPv6主機會使用哪種通訊協定來解析與目的地IPv6位址相關聯的MAC位址？ 1. 芳鄰探索通訊協定（NDP） 2. Cisco 探索通訊協定（CDP） 3. 位址解析通訊協定（ARP） 4. 動態主機設定通訊協定（DHCP）
31	2 2 1 1	請將通訊協定選取對應的特性。： A. 「可使用SSH金鑰防止冒名頂替者連線到伺服器。」 B. 「使用連接埠22確保檔案傳輸的資料完整性和資料安全性。」 C. 「可使用UDP備份網路和路由器設定檔。」 D. 「使用連接埠69在LAN內傳輸小型檔案。」 1. TFTP 2. SFTP 3. 以上皆非 4. 以上皆是

題號	答案	題目
32	1	請問啟用IPv6的主機會使用哪種通訊協定來執行自動無狀態位址設定？ 1. ICMPv6 2. DNS 3. DHCPv6 4. TFTP
33	2	請問子網路遮罩255.255.0.0的CIDR首碼標記法為何？ 1. /8 2. /16 3. /24 4. /32
34	3	請問使用CIDR標記法時，如何編寫以下IP位址？　位址:192.168.0.16 子網路遮罩:255.255.255.240 1. 192.168.0.16 /15 2. 192.168.0.16 /24 3. 192.168.0.16 /28 4. 192.168.0.16 /30
35	1	請問以下哪個位址是連結-本機IPv6位址？ 1. fe80 :: 261:2eff:fe10:7561 2. 2001: db8: 85a3: 8d3:1319: 8a2e: 370:7348 3. fdf8:f535:82e4 :: 53 4. ff01:0:0:0:0:0:0:2

題號	答案	題目
36	1	請問您應該使用哪種類型的接頭來端接無遮蔽雙絞線電纜？ 1. RJ-45 2. ST 3. SC 4. BNC
37	1	請問哪種網路技術不受電磁和無線電波干擾的影響？ 1. 光纖 2. 銅線 3. 無線 4. 雙絞線
38	1	請問以下哪種裝置是物聯網（IoT）裝置？ 1. 可存取網際網路的控溫器 2. 視訊串流伺服器 3. 虛擬私人網路集中器 4. 雲端架構的檔案儲存體陣列
39	1	某位使用者回報連線到網路資源時發生問題。但連線到同一個交換器的其他使用者沒有遇到相同的問題。該使用者的電腦已插線至交換器連接埠Gi0/15。其連接埠的狀態指示燈交替閃爍綠色和琥珀色。　請問此燈號模式指出連接埠Gi0/15的狀態為何？ 1. 連接埠的錯誤率很高。 2. 連接埠以系統管理方式關閉。 3. 連接埠未連接到已開機的裝置。 4. 連接埠遭到防火牆規則封鎖。

題號	答案	題目
40	1	請問交換器的MAC位址表包含哪些資訊？ 1. 在使用中連接埠上進行通訊之裝置的MAC位址以及系統管理員所設定的靜態MAC位址 2. 在交換器的使用中連接埠上進行通訊之裝置的動態獲知第2層和第3層位址 3. 透過ARP要求獲知或系統管理員手動設定的MAC位址至IP位址對應 4. 交換器上的所有使用中連接埠以及在每個連接埠上動態獲知的主機第3層位址
41	1	您公司的使用者無法連線到網際網路上的網站。但是，他們可以連線到公司LAN上的網路資源。 您想要使用分治法對問題進行疑難排解。您首先應該怎麼做？ 1. 從使用者的電腦Ping預設閘道。 2. 檢查電腦的纜線連接。 3. 從使用者的電腦執行 Telnet命令。 4. 檢查電腦的網路介面卡。
42	4	網路系統管理員可以成功Ping URL www.cisco.com，但無法Ping位於另一個城市之遠端分支機構的公司伺服器。 您需要確定在遠端分支機構的路徑中丟棄封包的特定路由器。請問您應該使用哪個公用程式？ 1. telnet 2. netstat 3. ipconfig 4. traceroute
43	1	您的公司在整棟大樓中設有20部Cisco交換器。您需要從命令列檢視每部交換器的設定。請問您應該使用哪個通訊協定？ 1. SNMP 2. RDP 3. SMTP 4. FTP

題號	答案	題目
44	1	請問防火牆如何判斷該封鎖哪些流量？ 1. 防火牆會根據來源和目的地IP位址比對流量。 2. 防火牆會執行一對一的網路位址轉譯。 3. 防火牆會執行一對多的網路位址轉譯。 4. 防火牆會根據ARP表中的IP位址比對流量。
45		請問以下哪一項敘述最能描述關於網路安全性方面的機密性？ 1. 確保資料在系統之間傳輸期間不被變更。 2. 提供備援系統以確保資料可供存取。 3. 確保資料受信任且未遭篡改或變更。 4. 使用保護措施來防止未經授權的存取，確保資料保密。
46	2 3 1	請將CIA安全性原則選取其對應的範例。 A. 「您加密敏感性電子郵件訊息。」 B. 「您產生一組數位簽章並將其附加到訊息。」 C. 「您在公司設定三部備援網頁伺服器。」 1. 可用性 2. 機密性 3. 完整性 4. 以上皆是
47	1	請問在設定無線網路時，啟用WPA3可提供哪些安全性優勢？ 1. 保護用戶端與存取點之間的驗證 2. 使探索無線網路變得更加困難 3. 限制僅指定裝置可存取網路 4. 透過加密通道傳送流量

題號	答案	題目
48	3 2 1	您需要為家庭路由器進行無線設定。 A. 「您想要裝置在連線到網路時使用預先共用金鑰。」 B. 「您想要防止裝置探索WiFi網路的名稱。」 C. 「您想要防止使用者使用實體按鈕方法存取網路。」 1. 停用WPS。 2. 停用SSID 廣播。 3. 將安全性模式設定為WPA2-PSK。 4. 以上皆是
49	1	請問哪個命令將顯示Cisco路由器上設定的所有目前作業設定？ 1. show running-config 2. show version 3. show startup-config 4. show protocols
50	1	您想要列出與主機名稱www.companypro.net相關聯的IPv4位址。 ____（A）____ ____（B）____ （A）1. ipconfig 2. nslookup 3. tracert 4. netstat （B）1. companypro 2. domain name 3. www.companypro.net 1. 23 2. 43 3. 21 4. 32

Networking 模擬試題（複選題）

題號	答案	題目
1	12	一家本地公司需要在兩棟新大樓中部署兩個網路。這些網路使用的位址必須在私人網路範圍內。　請問該公司應該使用哪兩個位址範圍？（請選擇2個答案） 1. 172.16.0.0至172.31.255.255 2. 192.168.0.0至192.168.255.255 3. 11.0.0.0至11.255.255.255 4. 192.16.0.0至192.16.255.255 5. 以上皆是 6. 以上皆非
2	12	下列有關主機上設定之預設開道IPv4位址的敘述，哪兩個是正確的？（請選擇2個答案） 1. 預設閘道是與主機連接到同一個區域網路之路由器介面的IPv4位址。 2. 區域網路上的每個主機都設定相同的預設閘道IPv4位址。 3. 預設閘道是與主機連接到同一個區域網路之路由器的Loopback0介面IPv4位址。 4. 主機會透過路由器公告訊息獲知預設閘道IPv4位址。 5. 預設閘道的IPv4位址必須是子網路中的第一個主機位址。 6. 以上皆非
3	12	請問當您一開始建立支援票證時，應該包含以下哪兩項資訊？（請選擇2個答案） 1. 故障的詳細描述 2. 故障發生時的條件描述 3. 為解決故障所採取的動作 4. 由上而下的故障查找程序描述 5. 有關連線到網路之電腦的詳細資料 6. 以上皆非

題號	答案	題目
4	12	某位技術支援中心的技術人員收到使用者遇到網路連線問題的報告。技術支援中心主管建議該技術人員使用由下而上的疑難排解方法來判斷問題的原因。　請問該技術人員會使用由下而上的方法先檢查哪兩個潛在問題？（請選擇2個答案） 1. 纜線不正確或損壞 2. 網路介面卡故障 3. IP 位址設定錯誤 4. 網路密碼不正確 5. DNS 伺服器位址錯誤 6. 以上皆非
5	12	您需要判斷是否可以透過網路存取遠端主機。　請問您可以使用哪兩個命令？每個正確命令都是一個完整的解決方案。(請選擇2個答案) 1. Ping 2. Traceroute 或 tracert 3. Netstat 4. Route print 5. Ipconfig 6. 以上皆非

Networking 模擬試題（圖像題）

題號	答案	題目
1	22	某間小型辦公室的電腦無法存取 companypro.net。您在其中一部電腦上執行了ipconfig命令。結果如下列所示。 您需要判斷是否可以存取路由器。 DHCP 已啟用 · · · · · · · · · · · · · · 是 自動設定啟用 · · · · · · · · · · · · · · 是 IPv4 位址 · · · · · · · · · · · · · · · · 192.168.0.14(偏好選項) 子網路遮罩 · · · · · · · · · · · · · · · · 255.255.255.0 租用取得 · · · · · · · · · · · · · · · · 2023年1月8日星期日上午11:00:02 租用到期 · · · · · · · · · · · · · · · · 2023年1月8日星期日下午12:00:12 預設閘道 · · · · · · · · · · · · · · · · 192.168.0.1 DHCP 伺服器 · · · · · · · · · · · · · · 192.168.0.1 DNS 伺服器 · · · · · · · · · · · · · · 8.8.8.8 8.8.4.4 NetBIOS over Tcpip · · · · · · · · · · · 已啟用 請問您應該使用哪個命令?請從每個下拉式清單中選取正確的選項以完成命令。 ____（A）____ ____（B）____ （A）1. netstat 2. ping 3. ftp 4. nslookup （B）1. companypro.net 2. 192.168.0.1 3. localhost 4. 8.8.8.8

<table>
<tr>
<td>2</td>
<td>A 4
B 3
C 2
D 4</td>
<td>請檢查下圖所示的連接。將纜線類型選取對應的適當連接描述。
 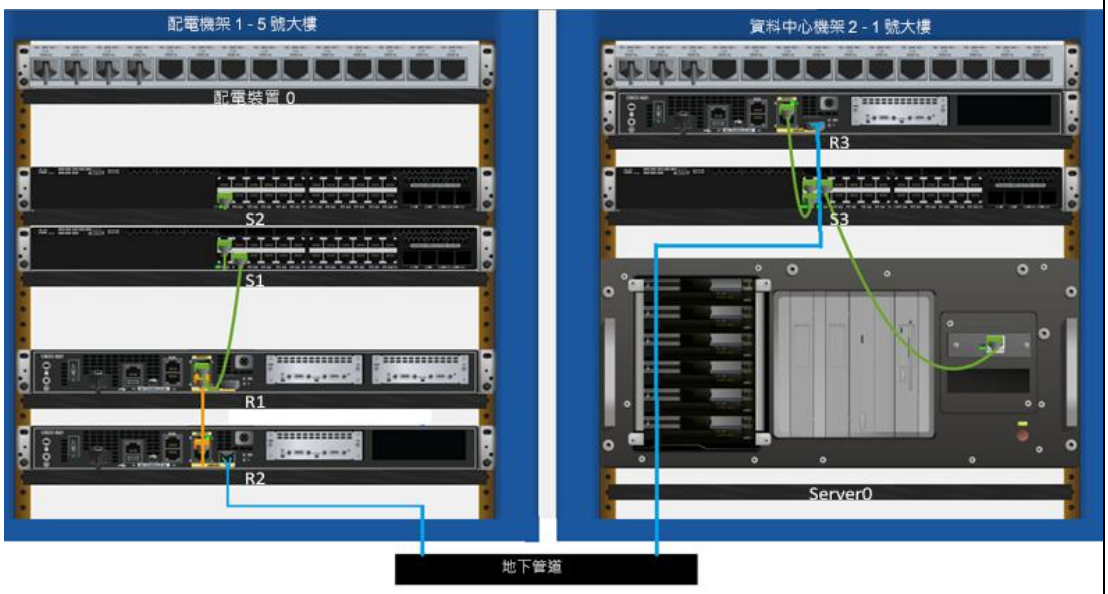

A. 將交換器S1連接到路由器 R1 Gi0/0/1介面
B. 經由地下管道將路由器 R2 Gi0/0/0連接到路由器R3 Gi0/0/0
C. 將路由器 R1 Gi0/0/0 連接到路由器 R2 Gi0/0/1
D. 將交換器S3連接到 Server0 網路介面卡

1. 同軸電纜
2. 交叉 UTP 纜線
3. 光纖纜線
4. 直通 UTP 纜線</td>
</tr>
</table>

<table>
<tr><td>3</td><td>3</td><td>下圖顯示了一部Cisco PoE交換器。請問哪種類型的連接埠將同時為IP電話提供資料連線能力與電源?
 

1. 標識為編號2的連接埠
2. 標識為編號3和4的連接埠
3. 標識為編號6的連接埠
4. 標識為編號7的連接埠</td></tr>
<tr><td>4</td><td>1</td><td>在下圖所示的網路中,Switch1是第2層交換器。
PC-A傳送了一個框架到PC-C。Switch1沒有PC-C的MAC位址對應項目。請問Switch1會執行哪項動作?
 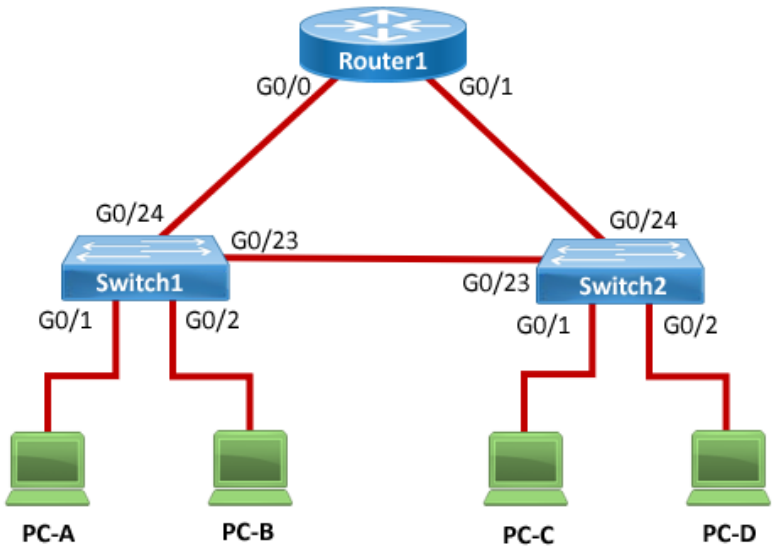

1. Switch1會將框架濫發到連接埠GO/1以外的所有使用中連接埠。
2. Switch1 會丟棄該框架並將錯誤訊息傳回給PC-A。
3. Switch1 會向 Switch2 查詢PC-C的MAC位址。
4. Switch1 會傳送ARP要求以取得PC-C的MAC位址。</td></tr>
</table>

<table>
<tr>
<td>5</td>
<td>12</td>
<td>

```
C:\Admin>tracert www.cisco.com
5
over a maximum of 30 hops:

1    <1 ms    <1 ms    <1 ms  2603-6081-943f-72ec-a240-a0ff-fe67-3c14.res6.big.com [2603:6081:943f:72ec:a240:a0ff:fe67:3c14]
2    13 ms    11 ms    16 ms  2603-90b3-0a00-01bb-0000-0000-0000-0001.wifi6.biginternet.com [2603:90b3:a00:1bb::1]
3    17 ms    25 ms    18 ms  lag-61.zblnnc1001h.netops.exchange.com [2001:db8:a000:0:4::8:d4c]
4    16 ms    13 ms    11 ms  lag-29.drhmncev02r.netops.exchange.com [2001:db8:a000:0:4::2:152]
5     *        *        *     Request timed out.
6     *        *        *     Request timed out.
7    19 ms    18 ms    27 ms  lag-0.pr2.dca10.netops.provider.com [2001:db8:1998:0:4::517]
8    21 ms    32 ms    23 ms  2001:db8:1998:0:8::639
9    16 ms    15 ms    18 ms  vlan-103.r10.spine101.iad03.fab.netarch.provider.com [2600:1408:b400:40b::1]
10    15 ms    17 ms    22 ms  vlan-110.r03.leaf101.iad03.fab.netarch.provider.com [2600:1408:b400:f03::1]
11    17 ms    17 ms    23 ms  vlan-104.r08.tor101.iad03.fab.netarch.provider.com [2600:1408:b400:2908::1]
12    25 ms    19 ms    19 ms  g2600-1408-c400-038d-0000-0000-0000-0b33.deploy.static.et.com [2600:1408:c400:38d::b33]

Trace complete.
```

請問您可以從tracert命令的輸出中得出哪兩個結論?(請選擇2個答案)

1. 追蹤已成功到達www.cisco.com伺服器。
2. 與 www.cisco.com 伺服器相關聯的 IPv6 位址是 2600:1408:c400:38d :: b33。
3. 追蹤在第四個躍點後失敗。
4. 躍點5和6的路由器處於離線狀態。
5. 傳送追蹤的裝置具有IPv6位址2600:1408:c400:38d:b33。

</td>
</tr>
<tr>
<td>6</td>
<td>1</td>
<td>

某位使用者回報公司網站無法使用。技術支援中心的技術人員發出 tracert 命令以判斷是否可以透過網路存取託管網站的伺服器。命令輸出如下所示：

```
C:\>tracert 192.168.1.10
Tracing route to 192.168.1.10 over a maximum of 30 hops:
1 0 ms  0 ms  1 ms  192.168.5.1
2 1 ms  0 ms  0 ms  10.0.1.1
3 *     *     *     Request timed out.
4 1 ms  1 ms  0 ms  10.0.0.2
5 1 ms  1 ms  0 ms  192.168.1.10
```

請問您可以從命令輸出中看出什麼?

1. 可以透過網路存取位址為192.168.1.10的伺服器。
2. 伺服器位址192.168.1.10遭到躍點3之路由器上的防火牆封鎖。
3. 躍點3的路由器未將封包轉送到IP位址192.168.1.10。
4. 對網頁伺服器192.168.1.10發出的要求受到延遲並逾時。

</td>
</tr>
</table>

<table>
<tr>
<td>7</td>
<td>3</td>
<td>請問哪個命令將顯示以下輸出?

```
Image is command output that states the following.

Capability Codes: R - Router, T - Trans Bridge, B - Source Route Bridge, S - Switch, H - Host, I - IGMP,

Device ID        Local Intrfce     Holdtme    Capability  Platform  Port ID
esxi             Gig 0/5           177              S    VMware ES vmnic0
esxi             Gig 0/7           177              S    VMware ES vmnic1
esxi             Gig 0/6           177              S    VMware ES vmnic2
981888fc23a7     Gig 0/47          160            R S    Meraki MR Port 0
3456fecd1d08     Gig 0/1           178              S    MS120-8LP Port 9"
```


1. show ip interface
2. show mac-address-table
3. show cdp neighbor
4. show inventory</td>
</tr>
<tr>
<td>8</td>
<td>X
X
O</td>
<td>您購買了一部新的Cisco交換器、將其開啟,並且連接到其主控台連接埠。然後，您執行下列命令：

```
#show running-config | section include interface
interface GigabitEthernet0/1
!
interface GigabitEthernet0/2
!
<output omitted>
```


對於下列每一項有關輸出的敘述，請選取〔O〕或〔X〕:

(　　) 這兩個介面都以系統管理方式關閉。
(　　) 這兩個介面都被指派了預設IP位址。
(　　) 這兩個介面都可以透過第2層進行通訊。</td>
</tr>
</table>

9	224	某位系統管理員正在如下圖所示的網路上設定主機PC-A。PC-A必須能夠在區域網路和網際網路上進行通訊。該網路上沒有DHCP伺服器。 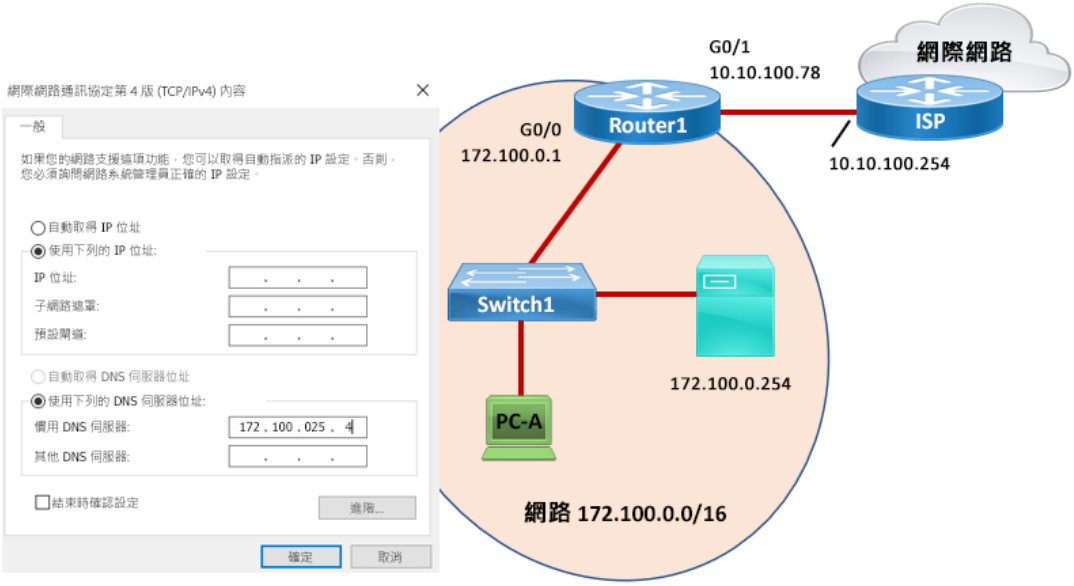 請問系統管理員需要在IPv4通訊協定內容視窗中輸入哪些資訊? **〔IP 位址〕：** 1. 172.0.0.16　2. 172.100.0.16　3. 172.0.0.1　4. 172.16.0.1 **〔子網路遮罩〕：** 1. 255.0.0.0　2. 255.255.0.0　3. 255.255.255.0 **〔預設閘道〕：** 1. 172.100.0.254　2. 10.10.100.78　3. 10.10.100.254　4. 172.100.0.1

10	1	請評估本圖。  請問系統管理員在路由器中安裝的是哪種類型的介面? 1. SFP 2. 序列 3. USB 4. PoE

<table>
<tr>
<td>11</td>
<td>1</td>
<td>
請檢查本圖。
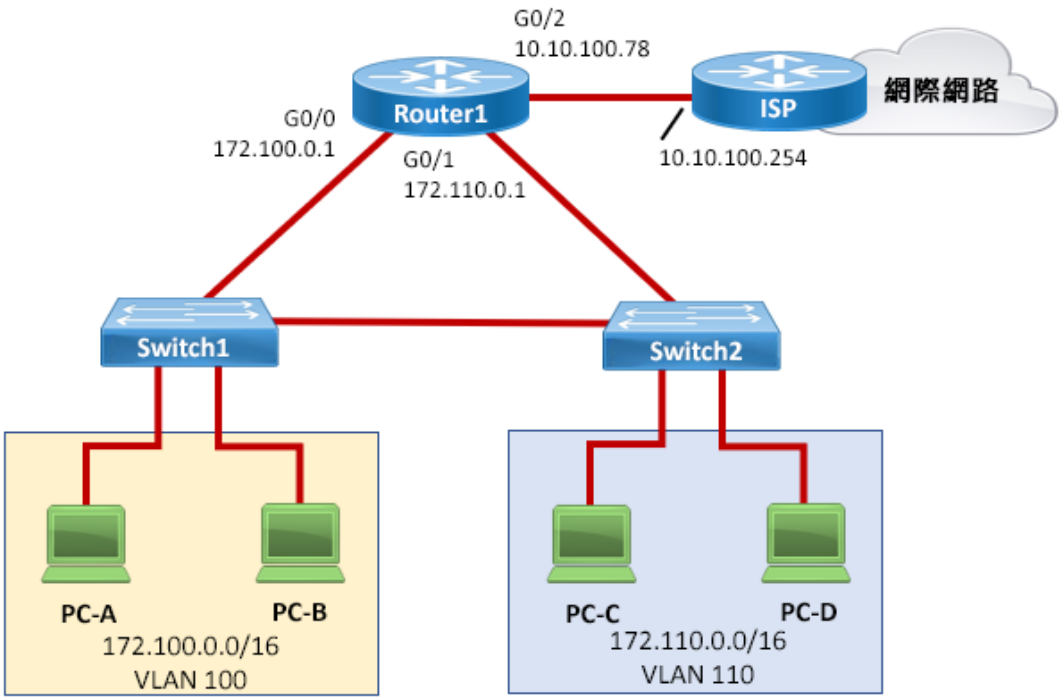

請問應該將哪個位址指派為VLAN 100和VLAN 110中主機的預設閘道,好讓它們可以存取網際網路?

1. VLAN 100 中的主機應該被指派 172.100.0.1而VLAN 110中的主機應該被指派 172.110.0.1做為預設閘道。
2. 這兩個VLAN 中的主機都應該被指派 172.0.0.1做為預設閘道。
3. 這兩個VLAN 中的主機都應該被指派 10.10.100.78做為預設閘道。
4. 這兩個 VLAN中的主機都應該被指派 10.10.100.1做為預設閘道。
</td>
</tr>
</table>

<table>
<tr>
<td>12</td>
<td>12</td>
<td>
某位初級技術人員在對Router1進行設定變更時,不小心重新啟動了該路由器。下列有關路由器暫時離線時網路上通訊受到影響的敘述,哪兩個是正確的?(請選擇2個答案)
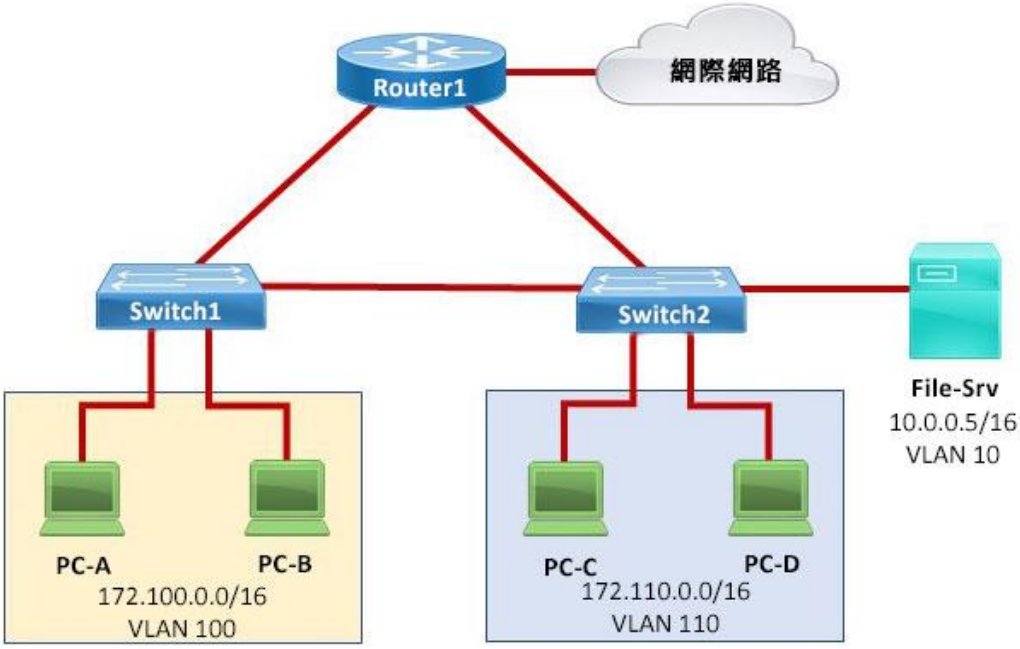

1. PC-A和PC-B仍然可以相互通訊。
2. 所有電腦都無法存取檔案伺服器(File-Srv)。
3. 檔案伺服器(File-Srv)仍然可以存取網際網路。
4. PC-C和PC-D 仍然可以與檔案伺服器(File-Srv)通訊。
5. PC-A、PC-B、PC-C和PC-D全都仍然可以相互通訊。
</td>
</tr>
<tr>
<td>13</td>
<td>O
X
O</td>
<td>
您連接到Cisco 交換器並執行下列命令:
show ip interface brief
該命令顯示以下部分輸出:
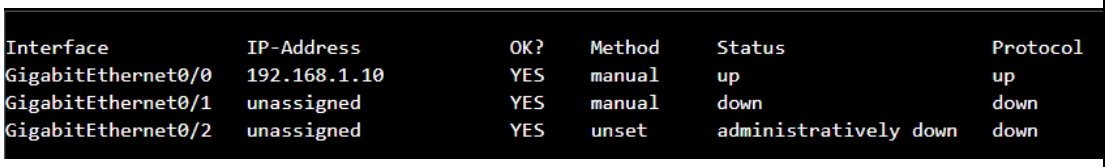

對於下列每一項有關輸出的敘述，請選取〔O〕或〔X〕:

(　　) 某位技術人員使用CLI設定了GigabitEthernet0/0的IP位址。
(　　) 連接到 GigabitEthernet0/1 的裝置可以送出廣播流量。
(　　) 某位技術人員針對介面GigabitEthernet0/2發出了shutdown 命令。
</td>
</tr>
</table>

<table>
<tr>
<td>14</td>
<td>1</td>
<td>
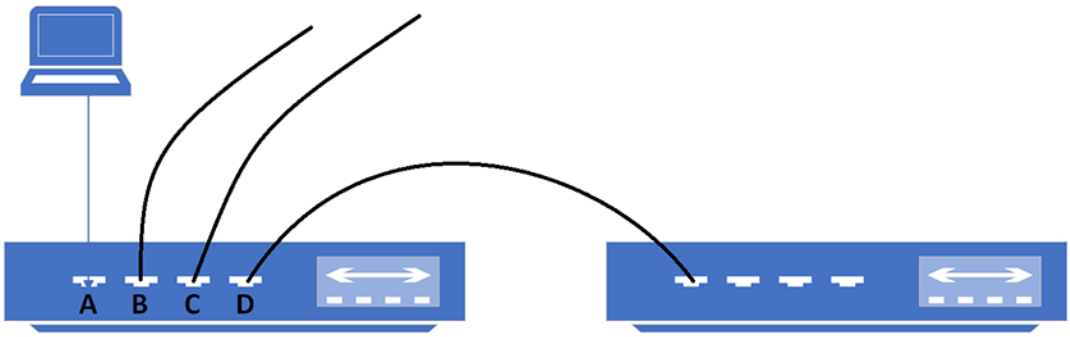

膝上型電腦連接到第一部交換器上的連接埠A。第二部交換器連接到第一部交換器上的連接埠D。
膝上型電腦向第一部交換器傳送了廣播框架。
您需要確定廣播框架會透過哪些連接埠轉送。
請問您應該指出哪些連接埠?

1. 僅B、C和D
2. 僅A、B和D
3. 僅B和C
4. 僅D
</td>
</tr>
<tr>
<td>15</td>
<td>32</td>
<td>
某位技術支援中心的技術人員正在處理無法在瀏覽器中解析URL的電腦。該技術人員執行了ipconfig/all命令並收到以下輸出：
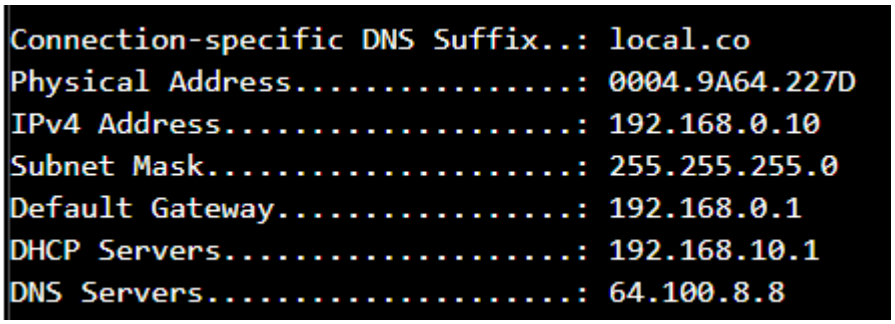

您需要發出命令以檢視從電腦到解析主機名稱之伺服器的路徑中的網路裝置。請問您應該使用哪個命令?請從每個下拉式清單中選取正確的選項以完成命令。
____ (A) ____ ____ (B) ____

(A) 1. netstat 2. ping 3. tracert 4. nslookup
(B) 1. 192.168.10.1 2. 64.100.8.8 3. Local.co 4. 192.168.0.1
</td>
</tr>
</table>

<table>
<tr><td>16</td><td></td><td>請檢查下圖：。

請問哪個動作可以直接從圖示的Cisco路由器的IOS模式執行?

1. 顯示正在執行的系統資訊
2. 啟用路由程序
3. 選取要設定的介面
4. 輸入介面IP設定子命令</td></tr>
<tr><td>17</td><td>1</td><td>在Cisco 24埠乙太網路交換器上檢查show mac-address-table命令的輸出。
 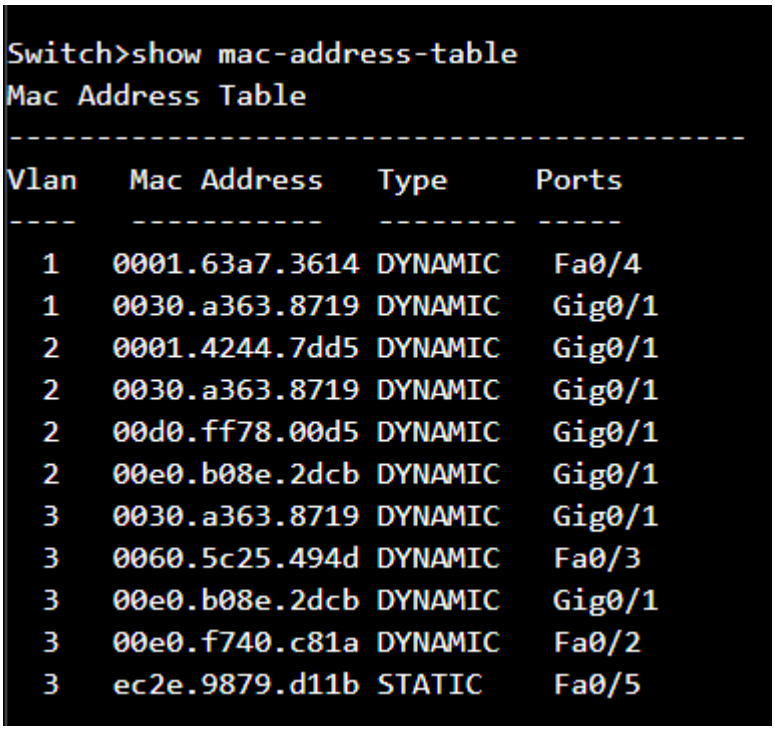

請問您可以從命令輸出中判斷有關此交換器的哪些資訊?

1. 連接埠Gig0/1 連接到另一部交換器。
2. 此交換器上有十一個使用中連接埠。
3. 連接埠Fa0/5 設定為系統管理關閉。
4. 所有項目都是透過檢查傳入的框架獲知。</td></tr>
</table>

此份講義為模擬試題，並非真實認證試題，僅提供準備此科目練習參考。